Resolução de equações algébricas

Irineu Lopes Palhares Junior

FCT/UNESP,
irineu.palhares@unesp.br

Conteúdos

Informações sobre os conteúdos

1. Equações não lineares
2. Método da Bissecção
   - Processo de parada
3. Método da iteração linear
   - Ordem de convergência
4. Método de Newton
   - Ordem de convergência

Equações não lineares

Um dos problemas que ocorrem mais frequentemente em trabalhos científcos é calcular as raízes de equações da forma:

$$f(x) = 0, \tag{1}$$

onde $f(x)$ pode ser um polinômio em x ou uma função transcendente. Em raros casos é possível obter as raízes extas de $f(x) = 0$, como ocorre, por exemplo, supondo-se $f(x)$ um polinômio fatorável.

Introdução

Através de técnicas numéricas, é possível obter uma solução aproximada, em alguns casos, tão próxima da solução exata, quanto se deseja. A maioria dos procedimentos numéricos fornecem uma sequência de aproximações, cada uma das quais mais precisas que a anterior, de tal modo que a repetição do procedimento fornece uma aproximação a qual difere do valor verdadeiro por alguma tolerância pré-fixada. Estes procedimentos são, portanto, muito semelhantes ao conceito de limite da análise matemática.

Vamos considerar vários métodos iterativos para a determinação de aproximações para raízes isoladas de $f(x) = 0$.

Será dada uma atenção especial às equações polinomiais em virtude da importância que as mesmas gozam em aplicações práticas.

Teorema

Theorem (Teorema do anulamento)

Se uma função contínua $f(x)$ assume valores de sinais opostos nos pontos extremos do intervalo $[a, b]$, isto é, se $f(a) \times f(b) < 0$, então existe pelo menos um ponto $\bar{x} \in [a, b]$, tal que $f(x) = 0$.

Definição de zero de função

Definition

Se $f : [a, b] \to \mathbb{R}$ é uma função dada, um ponto $\bar{x} \in [a, b]$ é um zero (ou raiz) de f se $f(\bar{x}) = 0$.

Exemplos

Example

Seja $f : (0, \infty) \to \mathbb{R}$. Determinar as raízes de $f(x) = \ln x$.

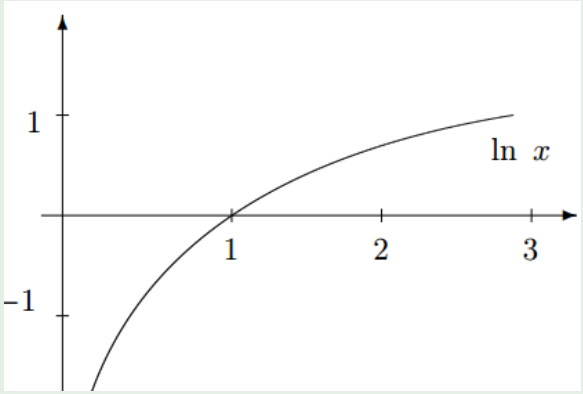

Figura 1: Gráfico de $f(x) = \ln x$.

Exemplos

Example

Seja $f : (0, \infty) \to \mathbb{R}$. Determinar as razíes de $f(x) = e^x$.

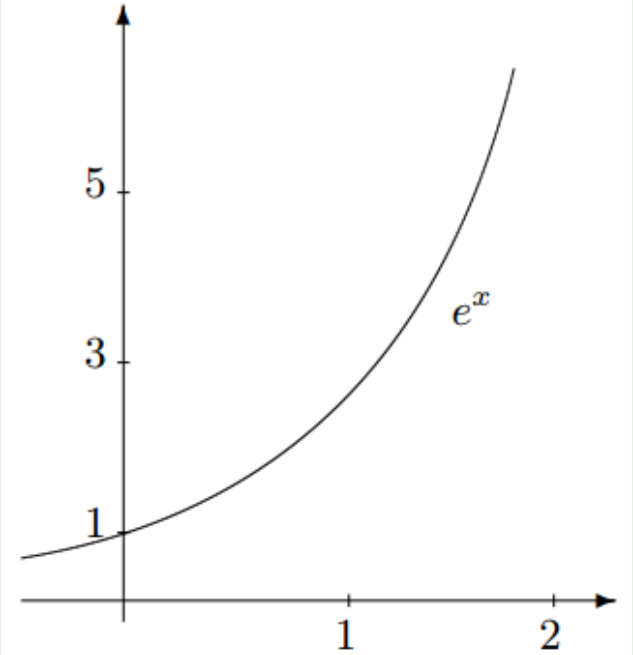

Figura 2: Gráfico de $f(x) = \exp x$.

Exemplos

Example

Seja $f : [0, 2\pi] \to \mathbb{R}$. Determinar as raízes de $f(x) = \cos x$.

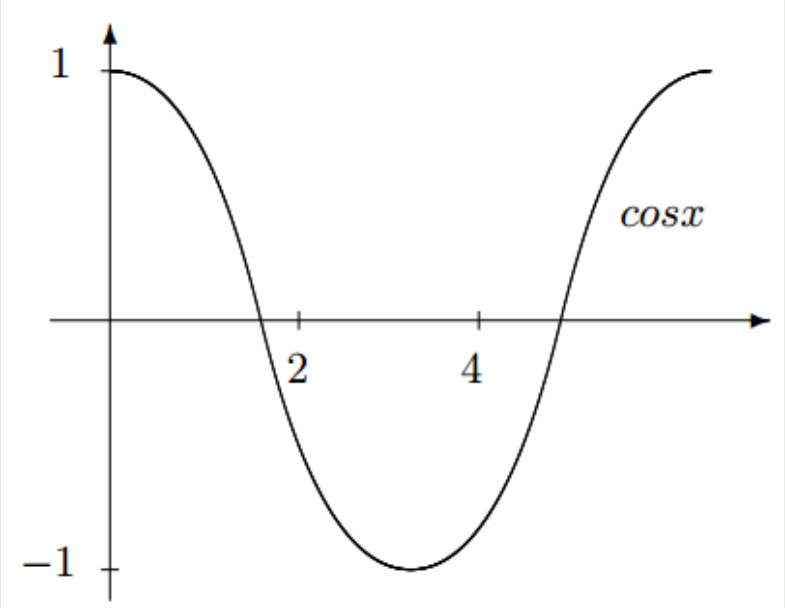

Figura 3: Gráfico de $f(x) = \cos x$.

Multiplicidade de raízes

Definition

Um ponto $\bar{x} \in [a, b]$ é uma raiz de multiplicidade m da equação $f(x) = 0$ se $f(x) = (x - \bar{x})^m g(x)$, com $g(\bar{x}) \neq 0$.

Exemplos

Example

Seja $f : \mathbb{R} \to \mathbb{R}$. Determina as raízes da equação:

$$f(x) = x^2 + 2x + 1 = (x+1)^2 = 0. \tag{2}$$

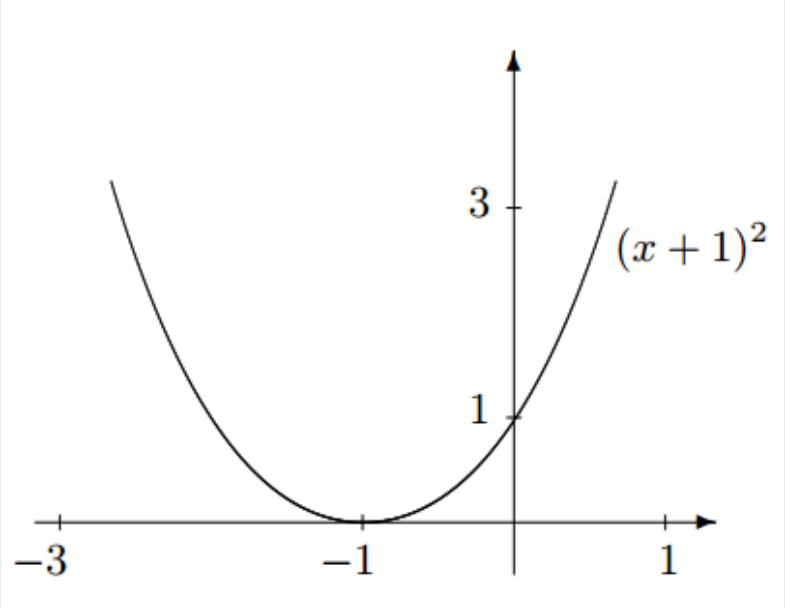

Figura 4: Gráfico de $(x+1)^2$.

Observação

Como vimos nos exemplos anteriores, podemos obter o número exato de raízes e sua localização exata ou aproximada traçando o gráfixo da função e encontrando o ponto onde a curva intercepta o eixo dos x. Entretanto, algumas vezes é mais conveniente rearranjar a equação dada como $y_1(x) = y_2(x)$, para duas funções y_1 e y_2, cujos gráficos são mais fáceis de serem traçados do que o de f. As raízes da equação original são dadas então pelos pontos onde o gráfixo de y_1 intercepta o de y_2. Ilustraremos este fato no próximo exemplo.

Exemplos

Example

Seja $f : \mathbb{R} \to \mathbb{R}$. Determinar as raízes da equação:

$$f(x) = (x+1)^2 \, e^{\left(x^2-2\right)} - 1 = 0. \tag{3}$$

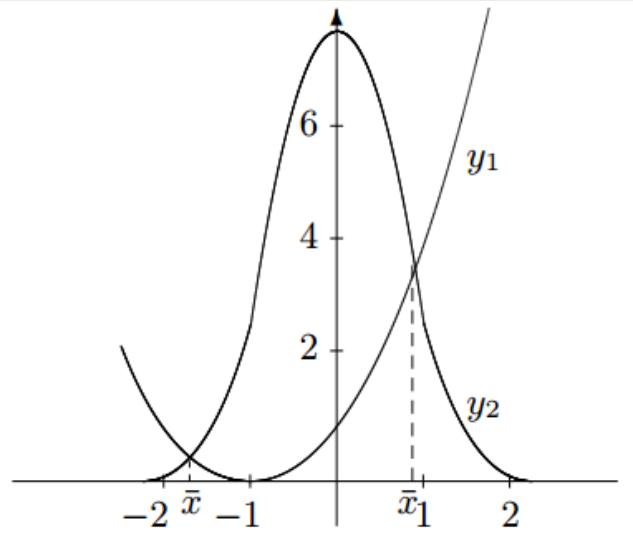

Figura 5: Gráfico de $y_1 = (x+1)^2$ e $y_2 = e^{2-x^2}$.

Observações

Este último exemplo ilustra bem a razão da utilização de métodos numéricos para determinar a solução de equações não lineares. Ao contrário dos exemplos anteriores, onde foi razoavelmente fácil determinar as raízes da função dada, aqui fica difícil dizer com exatidão qual é o valor de $\bar{x}$ tal que $f(\bar{x}) = 0$.

Para descrevermos um método numérico extremamente simples e de fácil compreensão, suponha que $f(x)$ seja uma função contínua em $[a, b]$. Pelo teorema do anulamento, temos que se $f(x)$ em $x = a$ e $x = b$ tem sinais opostos, então $f(x)$ tem no mínimo um zero em $[a, b]$. Este resultado fornece um caminho simples, mas efetivo, para encontrar a localização aproximada dos zeros de f.

Observações

Considere novamente a equação $f(x) = (x+1)^2 e^{x^2-2} - 1 = 0$. Valores de $f(x)$ para $x = -3, -2, \ldots, 3$ estão contidos na tabela a seguir:

x	-3	-2	-1	0	1	2	3
$f(x)$	4385.5	6.4	-1.0	-0.9	0.5	65.5	17545.1

Tabela 1: Tabela com os valores da função $f(x)$.

A função, portanto, possui zeros no intervalo $[-2, -1]$ e $[0, 1]$. (Note que o mesmo resultado foi obtido graficamente.) Estamos agora em condições de descrever um método numérico, conhecido como Método da bissecção, o qual reduz o comprimento do intervalo que contém a raiz, de maneira sistemática.

Método da bissecção

Considere o intervalo $[a, b]$ para o qual $f(a) \times f(b) < 0$. No método da bissecção calculamos o valor da função $f(x)$ no ponto médio: $x_1 = \frac{a+b}{2}$. Portanto, existem três possibilidades.

- Primeiramente, ficaríamos felizes (embora seja quase impossível) se o valor da função calculado no ponto x_1 fosse nulo, isto é: $f(x_1) = 0$. Neste caso, x_1 é o zero de f e não precisamos fazer mais nada.
- Em segundo lugar, se $f(a) \times f(x_1) < 0$, então f tem um zero entre a e x_1. O processo pode ser repetido sobre o novo intervalo $[a, x_1]$.
- Finalmente, se $f(a) \times f(x_1) > 0$, segue que $f(b) \times f(x_1) < 0$, desde que é conhecido que $f(a)$ e $f(b)$ tem sinais opostos. Portanto, f tem um zero entre x_1 e b, e o processo pode ser repetido com $[x_1, b]$.

Método da bissecção

A repetição do método é chamado iteração e as aproximações sucessivas são os termos iterados. Assim, o método da bissecção pode ser descrito como:

Para $k = 1, 2, \ldots,$ faça:

$$x_k = \frac{a+b}{2}. \tag{4}$$

Se $f(a) \times f(x_k) \begin{cases} < 0 \text{ então } b = x_k \\ > 0 \text{ então } a = x_k \end{cases}$

Interpretação geométrica

Uma interpretação geométrica do método da bissecção é dada na Figura abaixo:

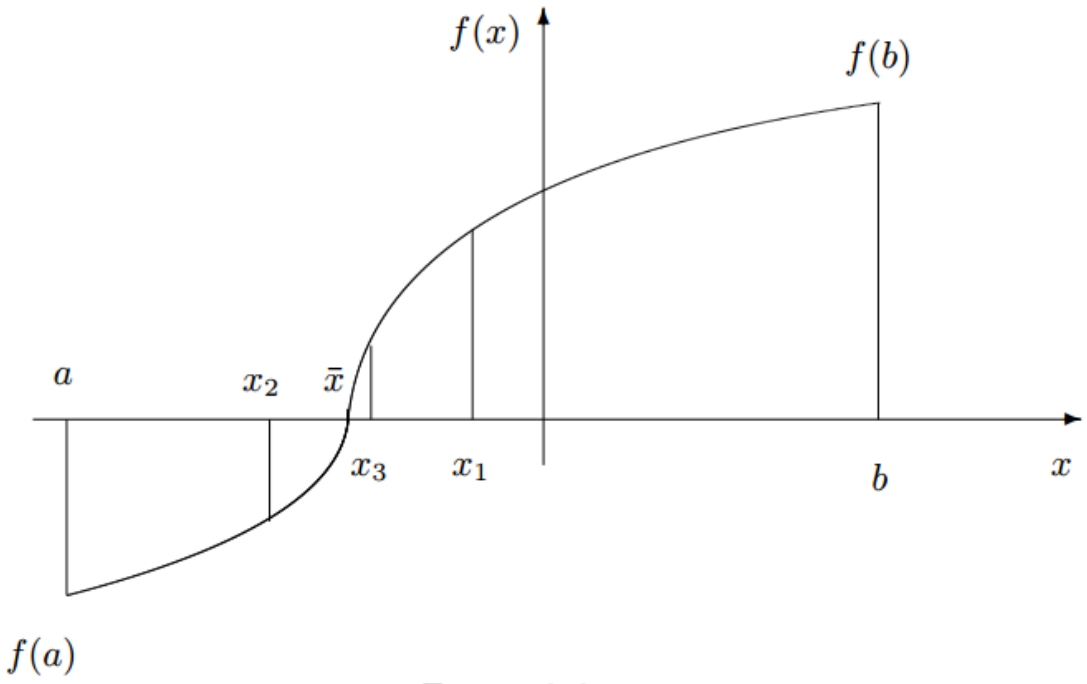

Figura 6: Interpretação geométrica do método da bissecção.

Exemplo

Seja $f : \mathbb{R} \to \mathbb{R}$. Determina pelo método da bissecção as raízes da equação:

$$f(x) = x^2 + 2x + 1 = (x+1)^2 = 0. \tag{5}$$

Exercícios

1. Dadas as funções:
   a) $x^3 + 3x - 1 = 0$,
   b) $x^2 - \sin x = 0$.

   pesquisar a existência de raízes reais e isolá-las em intervalos.
2. Justifique que a função:

$$f(x) = \cos \frac{\pi (x+1)}{8} + 0.148x - 0.9062 = 0 \tag{6}$$

possui uma raiz no intervalo $(-1, 0)$ e outra no intervalo $(0, 1)$.

Observações

Existem vários métodos numéricos para determinação (aproximada) das raízes da equação $f(x) = 0$, mais eficientes que o método da bissecção. Descreveremos a seguir alguns desses métodos, discutindo suas vantagens e desvantagens. Antes, porém, daremos um procedimento que deve ser seguido na aplicação de qualquer método numérico para determinar um zero de $f(x) = 0$, com uma precisão pré-fixada.

Processo de parada

- Para aplicar qualquer método numérico deveremos ter sempre uma idéia sobre a localização da raiz a ser determinada. Essa localização é obtida, em geral, através de gráfixo. (Podemos também localizar o intervalo contém a raiz fazendo uso do teorema do anulamento). A partir da localização da raiz, escolhemos então x_0 como uma aproximação inicial para a raiz $\bar{x}$ de $f(x) = 0$. Com essa aproximação inicial e um método numérico refinamos a solução até obtê-la com uma determinada precisão (número de casas decimais corretas).
- Para obtermos uma raiz com uma determinada precisão ϵ devemos, durante o processo iterativo, efetuar o seguinte teste: Se

$$\frac{|x_{k+1} - x_k|}{|x_{k+1}|} < \epsilon, \ \text{(erro relativo)}, \tag{7}$$

onde ϵ é uma precisão pré-fixada; x_k e x_{k+1} são duas aproximações consecutivas para $\bar{x}$, então x_{k+1} é a raiz procurada, isto é, tomamos $\bar{x} = x_{k+1}$.

Observações

- Em relação à precisão pré-fixada, normalmente, tomamos $\epsilon = 10^{-m}$, onde m é o número de casas decimais que queremos corretas no resultado.
- Apesar de alguns autores considerarem como teste de parada o fato de $|f(x_{k+1})| < \epsilon$, é preciso ter muito cuidado, pois, a menos que se tenha uma idéia muito clara do comportamento da função, o fato deste teste ser satisfeito não implica necessariamente que x_{k+1} esteja próximo da raiz procurada, como pode ser observado no exemplo: considere $f(x) = x^{-3} \ln x = 0$, onde a única raiz é $\bar{x} = 1$. Calculando $f(x)$ para $x = 2, 4, 8, 16, 32, \ldots$ obtemos, respectivamente: $0.866, 0.0217, 0.00406, 0.0007769, 0.0001058, \ldots$, isto é, quanto mais longe estamos e $\bar{x}$, menor é o valor de $f(x)$.

Observações

- Alguns autores consideram como teste de parada o fato de $|x_{k+1} - x_k| < \epsilon$, chamado de erro absoluto. Entretanto, se esses números forem muito grandes e ϵ for muito pequeno, pode não ser possível calcular a raiz com uma precisão tão exigente. Como exemplo, resolva a equação: $f(x) = (x-1)(x-2000) = 0$ com $\epsilon = 10^{-4}$ usando os critérios de erro relativo e erro absoluto. Você irá verificar que o número de iterações é muito maior para o critério do erro absoluto. Isso ocorre porque a raiz que estamos procurando tem módulo grande e, portanto, é muito mais difícil tornar o erro absoluto menor do que ϵ.

Observações

- Quando fazemos um programa computacional, devemos considerar o erro relativo escrito na seguinte forma:

$$|x_{k+1} - x_k| < \epsilon * \max\{1, |x_{k+1}|\}, \tag{8}$$

pois se $|x_{k+1}|$ estiver próximo de zero, o processo não estaciona. Além do teste do erro relativo, devemos colocar um número máximo de iterações pois se o programa não estiver bem, ou se o método não se aplicar ao problema que s e está resolvendo, o programa entrará em *looping*.

Método da iteração linear

A fim de introduzir o método de iteração linear para o cálculo de uma raiz da equação:

$$f(x) = 0, \tag{9}$$

onde $f(x)$ é uma função contínua num intervalo que contenha a raiz procurada, expressamos, inicialmente, a equação (9) na forma

$$x = \psi(x), \tag{10}$$

de maneira que qualquer solução de (10) seja, também, solução de (9). Para qualquer função ψ, qualquer solução de (10) é chamada de ponto fixo de $\psi(x)$. Assim, o problema de determinar um zero de $f(x)$ foi transformado no problema de determinar o ponto fixo de $\psi(x)$, e essa transformação não deve alterar a posição da raiz procurada.

Iteração linear

Em geral, há muitos modeos de expressar $f(x)$ na forma (10). Basta considerarmos:

$$\psi(x) = x + A(x)f(x), \tag{11}$$

para qualquer $A(x)$ tal que $A(\bar{x}) \neq 0$.
Nem todas, porém serão igualmente satisfatórias para as nossas finalidades. Algumas formas possíveis da equação:

$$f(x) = x^2 - x - 2 = 0, \tag{12}$$

cujas raízes são -1 e 2, por exemplo, são:

a) $x = x^2 - 2$,
b) $x = \sqrt{2 + x}$
c) $x = 1 + \frac{2}{x}$,
d) $x = x - \frac{x^2 - 2x - 8}{m}$, $m \neq 0$.

Iteração linear

É claro que não necessitamos de um métodos numérico para calcular as raízes de uma equação do segundo grau, contudo este exemplo ilustrará de maneira objetiva os nossos propósitos.
Como já dissemos anteriormente, geometricamente, a equação (9) tem como solução a interseção do gráfico de f com o eixo x, enquanto que uma raiz de (10) é um número $\bar{x}$, para o qual a reta $y_1 = x$ intercepta a curva $y_2 = \psi(x)$. Pode ocorrer, naturalmente, que estas curvas não se interceptem, caso em que não haverá raiz real. Admitiremos, contudo, que essas curvas se interceptem, no mínimo, uma vez; que estamos interessados em determinar uma dessas raízes, digamos $\bar{x}$, e que $\psi(x)$ e $\psi'(x)$ sejam contínua num intervalo que conhenha essa raiz.

Método iterativo linear

Seja x_0 uma aproximação inicial para a raiz $\bar{x}$ de (10). Obtemos as aproximações sucessivas x_k, para a solução desejada $\bar{x}$, usando o processo iterativo definido por:

$$x_{k+1} = \psi(x_k), \ k = 0, 1, \ldots. \tag{13}$$

Esse processo é chamado método iterativo linear.
Para que este processo seja vantajoso, devemos obter aproximações sucessivas x_k, convergentes para a solução desejada $\bar{x}$. Contudo, é fácil obter exemplos para os quais a sequência x_k diverge.

Exemplos

Example

Considerando a equação $f(x) = x^2 - x - 2 = 0$, temos que $x = x^2 - 2$ e tomando $x_0 = 2.5$, determinar a raiz $\bar{x} = 2$.

Observação

Assim, a escolha de $\psi(x) = x^2 - 2$ não produz um processo iterativo que seja convergente.
As condições suficientes que a função $\psi(x)$ deve satisfazer para assegurar a convergência da iteração linear estão contidas no teorema apresentado a seguir. Vejamos antes dois teoremas que serão utilizados na prova desse Teorema.

Teoremas

Theorem (Teorema do valor médio)

Se f é contínua em $[a, b]$ e diferenciável em (a, b) então existe pelo menos um ponto ξ entre a e b tal que

$$f'(\xi) = \frac{f(b) - f(a)}{b - a}, \ \textit{isto é}, \ f(b) - f(a) = f'(\xi)\,(b - a)\,. \tag{14}$$

Theorem (Teorema da permanência do sinal)

Seja f uma função real de variável real definida e contínua numa vizinhança de x_0. Se $f(x_0) \neq 0$, então $f(x) \neq 0$ para todo x pertencente a uma vizinhança suficientemente pequena de x_0.

Teorema

Theorem (Condições para convergência do método iterativo linear)

Seja $\psi(x)$ uma função contínua, com derivadas primeira e segunda contínuas num intervalo fechado I da forma $I = (\bar{x} - h, \bar{x} + h)$, cujo centro $\bar{x}$ é solução de $x = \psi(x)$. Seja $x_0 \in I$ e M um limitante da forma $|\psi'(x)| \leq M < 1$ em I. Então:

a) *a iteração $x_{k+1} = \psi(x_k)$, $k = 0, 1, \ldots$, pode ser executada indefinidamente, pois $x_k \in I$, $\forall k$.*

b) $|x_k - \bar{x}| \to 0$.

c) *Se $\psi'(\bar{x}) \neq 0$ ou $\psi'(\bar{x}) = 0$ e $\psi''(\bar{x}) \neq 0$ e se $|x_0 - \bar{x}|$ for suficientemente pequeno então a sequeência $x_1, x_2, \ldots$ será monotônica ou oscilante.*

Observações

Consideremos novamente a equação $x^2 - x - 2 = 0$. Se nosso objetivo é encontrar a raiz $\bar{x} = 2$, usando o problema de ponto fixo equivalente, teremos:

$$x = x^2 - 2 = \psi(x). \tag{15}$$

Para que o processo $x_{k+1} = x_k^2 - 2$ seja convergente devemos ter $|\psi'(x)| < 1$ na vizinhança de $\bar{x} = 2$. Temos que, $\psi'(x) = 2x$, e desde que $|\psi'(x)| > 1$ para $x > \frac{1}{2}$, o Teorema anterior não pode ser usado para garantir convergência. Entretanto, a iteração $x_{k+1} = x_k^2 - 2$ divergirá para qualquer escolha de $x_0 > \frac{1}{2}$, como vimos anteriormente.
Por outro lado, se usarmos o problema de ponto fixo $x = \sqrt{2 + x}$, teremos $\psi'(x) = \frac{1}{2\sqrt{2+x}}$. Portanto, $|\psi'(x)| < 1$ se e somente se $x > -1.75$. Assim, pelo Teorema anterior, podemos crer que a iteração

$$x_{k+1} = \sqrt{2 + x_k}, \tag{16}$$

será convergente para qualquer escolha de $x_0 > -1.75$, como pode ser observado no próximo exemplo.

Exemplo

Example

Considerando a forma $x = \sqrt{2 + x}$ e tomando $x_0 = 2.5$, determinar a raiz $\bar{x} = 2$.

Observações

Uma ilustração geométrica da não convergência e da convergência do método iterativo $x_{k+1} = \psi(x_k)$ em ambos os casos: $x_{k+1} = x_k^2 - 2$ e $x_{k+1} = \sqrt{2 + x_x}$ é dada pelas Figuras 7 a) e 7 b), respetivamente.

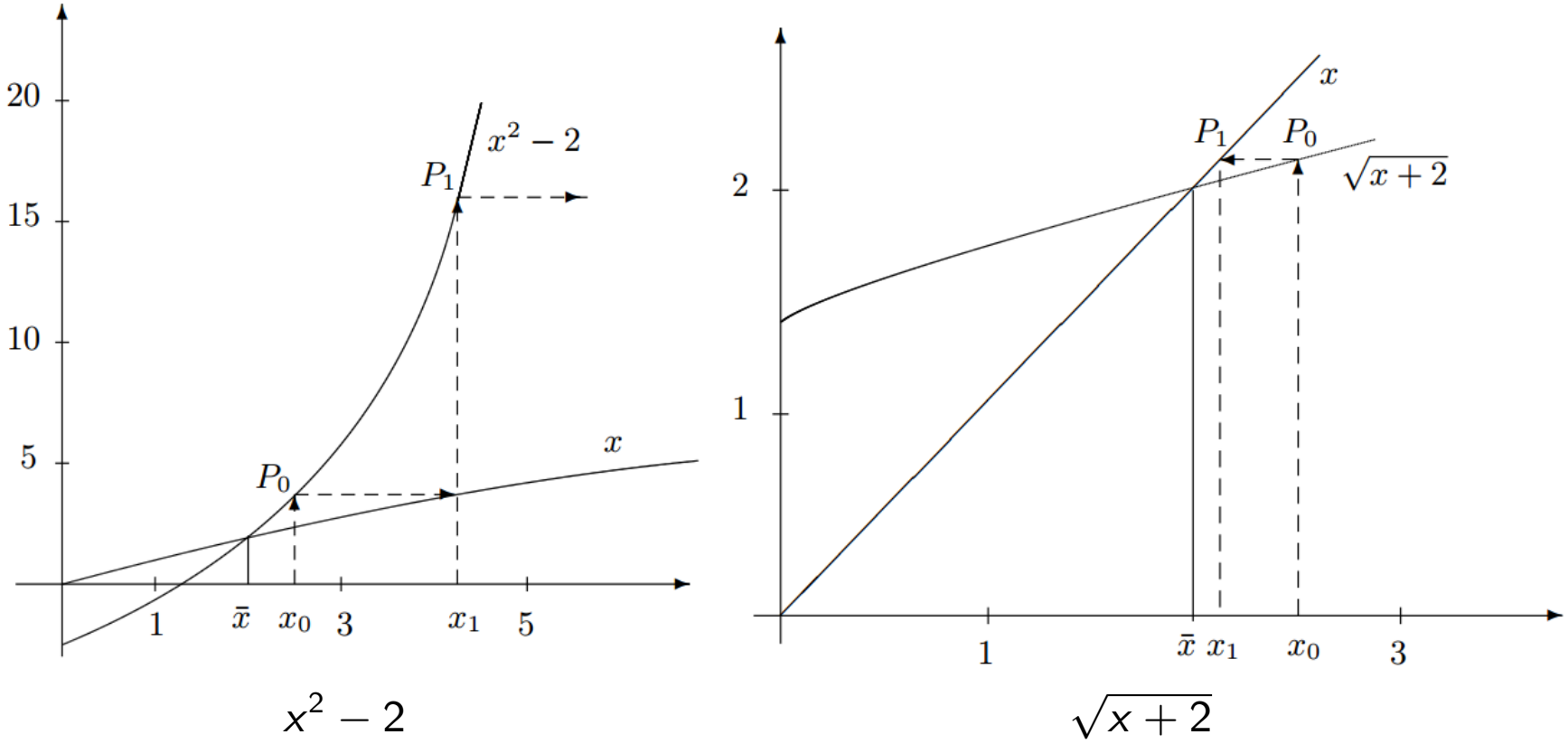

Figura 7: Gráfico de $x^2 - 2$ e $\sqrt{x+2}$ comparados com x.

Observações

Observe que, em cada uma das figuras, escolhido o ponto x_0 caminhamos verticalmente até encontrar a curva $\psi(x)$; em seguida caminhamos horizontalmente até encontrar a reta $y = x$ e, finalmente, caminhamos verticalmente até encontrar o eixo dos x onde estará localizado o ponto x_1. O processo é repetido partindo-se de x_1, e assim sucessivamente. Assim em a) temos que o processo iterativo é divergente e, em b), que o processo iterativo é convergente.

Ordem de convergência

A ordem de convergência de um método mede a velocidade com que as iterações produzidas por esse método aproximam-se da solução exata. Assim, quanto maior for a ordem de convergência melhor será o método numérico pois mais rapidamente obteremos a solução. Analisaremos aqui a ordem de convergência do método iterativo linear. Antes, porém, apresentamos a definição de ordem de convergência de um método numérico.

Definição de ordem de convergência

Definition

Sejam x_k o resultado da aplicação de um método numérico na iteração k e $e_k = x_k - \bar{x}$ o seu erro. Se existirem um número $p \geq 1$ e uma constante $c > 0$ tais que:

$$\lim_{k \to \infty} \frac{|e_{k+1}|}{|e_k|^p} = c, \tag{17}$$

então p é a ordem de convergência desse método.

Teorema

Theorem (Ordem de convergência do método iterativo linear)

A ordem de convergência do método iterativo linear é linear, ou seja, $p = 1$.

Observações

a) A convergência do processo iterativo será tanto mais rápida quanto menor for o valor de $\psi'(x)$.

b) Por outro lado, se a declividade $\psi'(x)$ for maior que 1 em valor absoluto, para todo x pertencente a um intervalo numa vizinhança da raiz, vimos que a iteração $x_{k+1} = \psi(x_k)$, $k = 0, 1, \ldots,$ divergirá.

c) Da definição de ordem de convergência podemos afirmar que para k suficientemente grande teremos:

$$\begin{aligned} |e_{k+1}| &\approx c|e_k|^p, \\ |e_k| &\approx c|e_{k-1}|^p. \end{aligned} \tag{18}$$

Dividindo uma equação pela outro eliminamos a constante c e obtemos:

$$\frac{e_{k+1}}{e_k} \approx \left(\frac{e_k}{e_{k-1}}\right)^p. \tag{19}$$

Observações

Assim, uma aproximação para o valor de p pode ser obtida aplicando-se logaritmo em ambos os membros da expressão anterior. Fazendo isto, segue que:

$$p \approx \frac{\log\left(\frac{e_{k+1}}{e_k}\right)}{\log\left(\frac{e_k}{e_{k-1}}\right)}. \tag{20}$$

Exemplos

Example

Com os valores obtidos no exemplo $x = \sqrt{2 + x}$ e tomando $x_0 = 2.5$, verifique que o método iterativo linear realmente possui ordem de convergência $p = 1$.

Conclusão

Assim, podemos dizer que a importância do método iterativo linear está mais nos conceitos que são introduzidos em seu estudo que em sua eficiência computacional. Além disso, tem a desvantagem de que é preciso testar se $|\psi'| < 1$ no intervalo que contém a raiz, se desejamos ter garantia de convergência.

Exercícios

??

Método de Newton

O método de Newton é uma das técnicas mais populares para se determinar raízes de equações não lineares. Existem várias maneiras de deduzir o método de Newton. A que apresentaremos aqui é baesada no método de iteração linear. Assim, para descrever tal método, consideremos a equação

$$\psi(x) = x + A(x)f(x), \text{ com } f'(x) \neq 0, \tag{21}$$

onde a função $A(x)$ deve ser escolhida de tal forma que $A(\bar{x} \neq 0$. Vimos, pelo teorema da convergência, que temos garantia de convergência se $\max|\psi'(x)| < 1$ para $x \in I$. Assim, se escolhermos $A(x)$ tal que $\psi'(\bar{x}) = 0$, teremos que para $x \in I$, $\max|\psi'(x)| < 1$, garantindo então a convergência do método.

Método de Newton

Derivando a equação $\psi(x) = x + A(x)f(x)$ em relação a x, obtemos

$$\psi'(x) = 1 + A'(x)f(x) + A(x)f'(x). \tag{22}$$

Fazendo $x = \bar{x}$, segue que:

$$\psi'(x) = 1 + A(\bar{x})f'(\bar{x}), \text{ pois } f(\bar{x})0, \tag{23}$$

e colocando

$$\psi'(\bar{x}) = 0, \text{teremos } A(\bar{x}) = -\frac{1}{f'(\bar{x})} \text{ desde que } f'(\bar{x}) \neq 0. \tag{24}$$

Método de Newton

Tomando então: $A(x) = -\frac{1}{f'(x)}$, obtemos $\psi(x) = x - \frac{f(x)}{f'(x)}$. O processo iterativo definido por:

$$x_{k+1} = x_k - \frac{f(x_k)}{f'(x_k)}, \tag{25}$$

é chamado método de Newton, que converge sempre que $|x_0 - \bar{x}|$ for suficientemente pequeno.

Interpretação geométrica do método de Newton

Uma interpretação geométrica do método de Newton é dada na Figura 8.

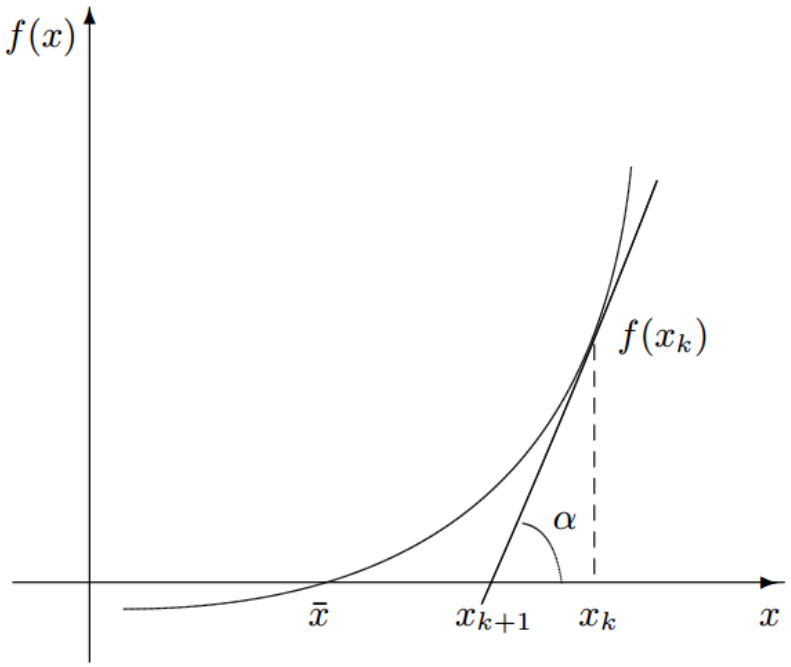

Figura 8: Interpretação geométrica do método de Newton.

Dado x_k, o valor x_{k+1} pode ser obtido graficamente traçando-se pelo ponto $(x_k, f(x_k))$ a tangente à curva $y = f(x)$. O ponto de interseção da tangente com o eixo dos x determina x_{k+1}.

Interpretação geométrica do método de Newton

De fato, pela lei da tangente:

$$
\begin{aligned}
f'(x_k) &= \tan\alpha = \frac{f(x_k)}{x_k - x_{k+1}} \\
\Rightarrow x_k - x_{k+1} &= \frac{f(x_k)}{f'(x_k)} \Rightarrow x_{k+1} = x_k - \frac{f(x_k)}{f'(x_k)}.
\end{aligned}
\tag{26}
$$

Devido à sua interpretação geométrica o método de Newton é, também, chamado de método das tangentes.

Exemplo

Example

Determinar, usando o método de Newton, a menor raiz positiva da equação:

$$4\cos x - e^x = 0, \tag{27}$$

com erro inferior a 10^{-2}.

Ordem de convergência

Theorem

Ordem de convergência do método de Newton Se f, f', f'' são contínuas em I cujo centro $\bar{x}$ é solução de $f(x) = 0$ e se $f'(\bar{x}) \neq 0$ então a ordem de convergência do método de Newton é quadrática, ou seja, $p = 2$.

Assim, a vantagem do método de Newton é que sua ordem de convergência é quadrática. Isto significa que a quantidade de dígitos significativos corretos duplica à medida que os valores da sequência se aproximam de $\bar{x}$. Note uqe essa correção não acontece em relção às primeiras iterações realizadas. A desvantagem do método de Newton está no fato de termos que calcular a derivada da função e, em cada iteração, calcular o seu valor numérico, o que pode ser muito caro computacionalmente. Além disso, a função pode ser não diferenciável em alguns pontos do domínio.

Exercícios

??